ĐỀ THI THAM KHẢO

KỲ THI ĐÁNH GIÁ NĂNG LỰC

Phần thi thứ nhất: TOÁN HỌC VÀ XỬ LÍ SỐ LIỆU

(Tư duy định lượng)

Thời gian hoàn thành phần thi thứ nhất: 75 phút

Tổng điểm phần thi tư duy định lượng: 50 điểm

Hà Nội, tháng .....năm 2025

Phần thi thứ nhất: Toán học và Xử lí số liệu từ câu hỏi số 01 đến 50

Câu 1:

Có bao nhiêu giá trị nguyên dương của m để hàm số $y=\dfrac{x^2-4x+m+2+3\sqrt{x^2-4x}}{\sqrt{x^2-4x}+2}$ nghịch biến trên khoảng $(-4;0)$?

(Nhập đáp án vào ô trống)

Đáp án: _____

Câu 2:

Đạo hàm của hàm số $y=\tan x-\cot x$ là

A. $y'=\dfrac{1}{\cos^2 2x}$. **B.** $y'=\dfrac{1}{\sin^2 2x}$. **C.** $y'=\dfrac{4}{\cos^2 2x}$. **D.** $y'=\dfrac{4}{\sin^2 2x}$.

Câu 3:

Cho hình chóp S.ABC có đáy tam giác vuông tại A có $AB=a, BC=a\sqrt{5}$. Biết $SA=3a$ và $SA\perp(ABC)$. Tính khoảng cách từ A đến mặt phẳng (SBC).

A. $\dfrac{6a}{7}$. **B.** $\dfrac{\sqrt{2}a}{2}$. **C.** $\dfrac{3a}{7}$. **D.** $\dfrac{\sqrt{5}a}{5}$.

Câu 4:

Trong không gian Oxyz, cho mặt phẳng $(P): 2x+3y+z-11=0$, mặt cầu (S) có tâm $I(1;-2;1)$ và tiếp xúc với mặt phẳng (P) tại điểm $H(a;b;c)$. Tính $T=a+b+c$.

Đáp án: _____

Câu 5:

Cho hình chóp $S.ABC$ có SA vuông góc với đáy, mặt phẳng (SAB) vuông góc với mặt phẳng (SBC), góc giữa hai mặt phẳng (SAC) và (SBC) là $60^\circ, SB=a\sqrt{2}, BSC=45^\circ$. Thể tích khối chóp $S.ABC$ theo a là

A. $V=\frac{a^3\sqrt{2}}{15}$. **B.** $V=2\sqrt{3}a^3$. **C.** $V=2\sqrt{2}a^3$. **D.** $V=\frac{2a^3\sqrt{3}}{15}$.

Câu 6:

Có tất cả bao nhiêu giá trị nguyên của x để tồn tại duy nhất giá trị nguyên của y sao cho thỏa mãn bất phương trình $e^{2y}+4x^2y-y^2+x>\ln\left(x^2-y\right)$?

A. 1. **B.** 2. **C.** 3. **D.** 4.

Câu 7:

Tập nghiệm của bất phương trình $\left(\frac{e}{\pi}\right)^x>1$ là

A. $\mathbb{R}$. **B.** $(-\infty;0)$. **C.** $(0;+\infty)$. **D.** $[0;+\infty)$.

Câu 8:

Cho hàm số $y=x^3-3x^2-\left(m^2-2\right)x+m^2\left(C_m\right)$. Biết rằng đồ thị hàm số cắt trục hoành tại ba điểm phân biệt A,B,C $\left(x_A<x_B<x_C\right)$ và có hai điểm cực trị M, N. Số các giá trị của tham số m để $MN=AC$ là?

Đáp án: _____

Câu 9:

Cho hình chóp S.ABCD có đáy ABCD là hình vuông cạnh a, cạnh bên SA vuông góc với đáy và $SA=a\sqrt{3}$. Khoảng cách từ D đến mặt phẳng (SBC) bằng

A. $\frac{2a\sqrt{5}}{5}$. **B.** $a\sqrt{3}$. **C.** $\frac{a}{2}$. **D.** $\frac{a\sqrt{3}}{2}$.

Câu 10:

Ông Đức gửi ngân hàng số tiền 500.000.000 đồng loại kỳ hạn 6 tháng với lãi suất $5,6\%$ trên một năm theo thể thức lãi kép (tức là nếu đến kỳ hạn người gửi không rút lãi ra thì tiền lãi được tính vào

TaiLieuOnThi

vốn của kỳ kế tiếp). Hỏi sau 3 năm 9 tháng ông Đức nhận được số tiền (làm tròn đến hàng nghìn) cả gốc lẫn lãi là bao nhiêu? Biết rằng ông Đức không rút cả gốc lẫn lãi trong các kỳ hạn trước đó và nếu rút trước kỳ hạn thì ngân hàng trả lãi suất theo loại không kỳ hạn $0,00027\%$ trên một ngày. (Một tháng tính 30 ngày).

A. 606.627.000 đồng. **B.** 623.613.000 đồng.

C. 606.775.000 đồng. **D.** 611.764.000 đồng.

Câu 11:

Trong các nhị thức dưới đây, nhị thức nào chứa số hạng $C_n^k.(5x)^2\left(-6y^2\right)^7\ (k \le n; k,n \in \mathbb{N})$?

A. $\left(5x-6y^2\right)^{16}$. **B.** $\left(5x-6y^2\right)^{11}$. **C.** $\left(5x-6y^2\right)^{9}$. **D.** $\left(5x-6y^2\right)^{18}$.

Câu 12:

Cho hàm số $f(x)=-x^3+3x$ và $g(x)=|f(2+\sin x)+m|$ (m là tham số thực). Gọi S là tập các giá trị của tham số m để $\max\limits_{\mathbb{R}} g(x)+\min\limits_{\mathbb{R}} g(x)=50$. Tổng các phần tử của S bằng?

Đáp án: _____

TaiLieuOnThi

Câu 13:

Cho hình chóp S.ABCD có đáy là hình bình hành. Các điểm M, N, P lần lượt là trung điểm các cạnh SA, BC, CD. Gọi I, J lần lượt là giao điểm của NP với AB, AD. Kéo dài MI cắt SB tại E, kéo dài MJ cắt SD tại E. Gọi $k=\dfrac{EF}{IJ}$, giá trị của k là?

A. $k=\dfrac{2}{3}$ **B.** $k=\dfrac{1}{9}$ **C.** $k=\dfrac{1}{3}$ **D.** $k=\dfrac{2}{9}$

Câu 14:

Cho hàm số $y=f(x)$ xác định trên $\mathbb{R}$ và có đạo hàm $f'(x)$. Đồ thị hàm số $y=f'(x)$ được cho như hình bên dưới. Biết rằng $f(0)+f(1)-2f(2)=f(4)-f(3)$. Giá trị nhỏ nhất của hàm số $y=f(x)$ trên đoạn [0; 4] là?

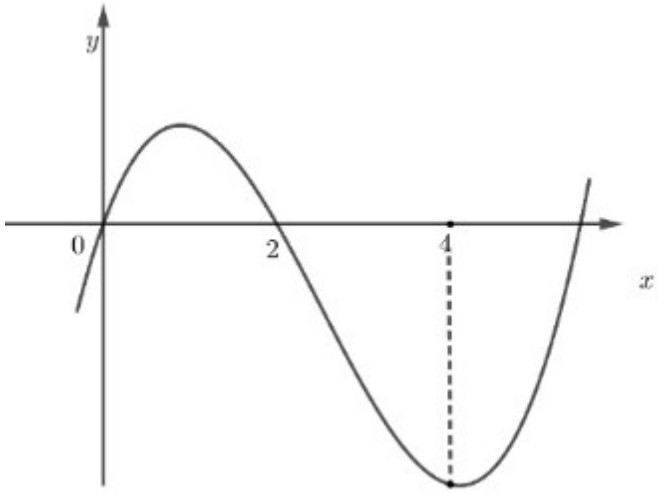

A. $f(4)$ **B.** $f(3)$ **C.** $f(2)$ **D.** $f(1)$

Câu 15:

Dãy số $\begin{cases} u_1 = \sqrt{2} \\ u_{n+1} = \sqrt{u_n + 2} \end{cases}$ bị chặn trên bởi a. Khi đó $a = ?$

Đáp án: _____

TaiLieuOnThi

Câu 16:

Cho phương trình $4^{|x|} - (m+1)2^{|x|} + m = 0$. Điều kiện của m để phương trình có đúng 3 nghiệm phân biệt là:

A. $m > 0, m \neq 1$. **B.** $m \geq 1$. **C.** $m > 1$. **D.** $m > 0$.

Câu 17:

Gọi giá trị lớn nhất và giá trị nhỏ nhất của của hàm số $y = 3 - 2\cos 2x - \cos^2 2x$ lần lượt là M, m. Tính giá trị biểu thức $2024M + 2025m$.

Đáp án: _____

Câu 18:

Trong môi trường nuôi cấy ổn định người ta nhận thấy rằng: cứ sau đúng 5 ngày số lượng loài của vi khuẩn A tăng lên gấp đôi, còn sau đúng 10 ngày số lượng loài của vi khuẩn B tăng lên gấp ba. Giả sử ban đầu có 50 con vi khuẩn A và 100 con vi khuẩn B, hỏi sau bao nhiêu ngày nuôi cấy trong môi trường đó thì số lượng vi khuẩn của cả hai loài bằng 20900 con, biết rằng tốc độ tăng trưởng của mỗi loài ở mọi thời điểm là như nhau?

A. 20 ngày. **B.** 30 ngày. **C.** 40 ngày. **D.** 50 ngày.

Câu 19:

Cho hình chóp $S.ABCD$ có đáy $ABCD$ là hình bình hành. Gọi M là điểm thuộc cạnh SD sao cho $SM = \frac{2}{3}SD$. Mặt phẳng chứa AM và song song với BD cắt cạnh SC tại K. Tính tỷ số $\frac{SK}{SC}$.

Đáp án: _____

Câu 20:

Một bình hoa dạng khối tròn xoay được tạo thành khi quay hình phẳng giới hạn bởi đồ thị hàm số $y = -sinx + 2$ và trục Ox (*tham khảo hình vẽ bên dưới*). Biết đáy bình hoa là hình tròn có bán kính bằng 2dm, miệng bình hoa là đường tròn bán kính bằng 1.5dm. Bỏ qua độ dày của bình hoa, tính thể tích của bình hoa. (*kết quả làm tròn đến hàng đơn vị, đơn vị:* dm^3)



Đáp án: _____

Câu 21:

Trong không gian $Oxyz$, cho hai điểm $A(1;1;3), B(5;2;-1)$ và hai điểm M, N thay đổi thuộc mặt phẳng

(Oxy) sao cho điểm $I(1;2;0)$ luôn là trung điểm của MN. Tính $T = 2x_M - 4x_N + 7y_M - y_N$ khi biểu thức $P = MA^2 + 2NB^2 + \overrightarrow{MA}.\overrightarrow{NB}$ đạt giá trị nhỏ nhất.

Đáp án: _____

Câu 22:

Cho tam giác ABC có $AB = 7, AC = 5, A = 60^\circ$. Tính độ dài trung tuyến AM.

A. $\frac{\sqrt{101}}{2}$. **B.** $\sqrt{39}$. **C.** $\frac{\sqrt{109}}{2}$. **D.** $\sqrt{27}$.

Câu 23:

Cho các đường thẳng $d_1: x + 2y - 3 = 0, d_2: 3x - 4y + 1 = 0$ và $\Delta: x + 3y - 10 = 0$. Phương trình đường thẳng d di qua giao điểm của hai đường thẳng d_1, d_2 và song song với đường thẳng Δ là:

A. $x + y - 4 = 0$. **B.** $x + 3y + 4 = 0$. **C.** $x + y + 4 = 0$. **D.** $x + 3y - 4 = 0$.

TaiLieuOnThi

Câu 24:

Cho hình chóp $S.ABCD$, đáy $ABCD$ là hình chữ nhật với $AB = 3, BC = 4$, tam giác SAC nằm trong mặt phẳng vuông góc với đáy, $d(C;SA) = 4$. Tính côsin của góc tạo bởi hai mặt phẳng (SAB) và (SAC).

A. $\frac{5\sqrt{34}}{34}$. **B.** $\frac{3\sqrt{17}}{17}$. **C.** $\frac{2\sqrt{34}}{17}$. **D.** $\frac{3\sqrt{34}}{34}$.

Câu 25:

Bảng tần số ghép nhóm dưới đây thống kê số giờ học của các học sinh lớp 10A như sau: Biết thời gian học của học sinh học ít nhất là 4 giờ 20 phút, thời gian học của học sinh học nhiều nhất là 8 giờ 50 phút. Giả sử khoảng biến thiên của mẫu số liệu ghép nhóm bằng $\frac{a}{b}$ lần khoảng biến thiên của mẫu số liệu gốc ($\frac{a}{b}$ là phân số tối giản). Tính $a^3 + b^3$.

Đáp án: _____

Dựa vào thông tin sau và trả lời các câu hỏi từ câu 26 - 28:

Ở một thị xã, tỉ lệ mắc căn bệnh M là 22%. Chính quyền thị xã đó muốn biết danh sách những người bị mắc bệnh nên đã tổ chức xét nghiệm cho toàn bộ người dân. Tuy nhiên bộ "test" được sử dụng trong phương pháp xét nghiệm này có những sai sót nhất định:

Nếu một người không bị bệnh thì xác suất bộ "test" cho ra kết quả dương tính là 10%.

Nếu bộ "test" cho ra kết quả dương tính thì xác suất bị bệnh là 70%.

Câu 26:

Nếu một người không bị bệnh thì xác suất bộ "test" cho ra kết quả chính xác là bao nhiêu?

A. 10% **B.** 78% **C.** 70% **D.** 90%

Câu 27:

Xác suất để bộ "test" cho ra kết quả dương tính khi xét nghiệm người bị bệnh là:

A. 70% **B.** 82,73% **C.** 84,35% **D.** 80,18%

TaiLieuOnThi

Câu 28:

Xác suất chẩn đoán đúng của bộ "test" là:

A. 88,4% **B.** 81,8% **C.** 96,2% **D.** 74%

Câu 29:

Cho các hàm số $f(x)$ và $F(x)$ liên tục trên $\mathbb{R}$ thỏa $F'(x)=f(x), \forall x \in \mathbb{R}$. Tính $\int_0^1 f(x)\mathrm{d}x$ biết $F(0)=2, F(1)=6$.

A. $\int_0^1 f(x)\mathrm{d}x=-4$. **B.** $\int_0^1 f(x)\mathrm{d}x=8$. **C.** $\int_0^1 f(x)\mathrm{d}x=-8$. **D.** $\int_0^1 f(x)\mathrm{d}x=4$.

Câu 30:

Tính giới hạn $\lim\limits_{x\to-\infty}\dfrac{\sqrt{x^2+2x}+3x}{\sqrt{4x^2+1}-x+2}$.

Đáp án: _____

Câu 31:

Cho hàm số $f(x)$ có đạo hàm và liên tục trên $\mathbb{R}$ và bảng xét dấu đạo hàm như sau:

x	$-\infty$		0		1		$+\infty$
$f'(x)$		$+$	0	$-$	0	$+$	

Khẳng định nào sau đây về số cực trị của hàm số $g(x)=f\left(x^2+1\right)+x^2-x^3+x^4$ là đúng?

A. Có hai cực đại và chỉ có một cực tiểu.

B. Có hai cực tiểu và chỉ có một cực đại.

C. Có đúng một cực tiểu và không có cực đại.

D. Có đúng một cực đại và không có cực tiểu.

Câu 32:

Cho hàm số $f(x)=ax^3+bx^2+cx+d$ $(a,b,c,d\in\mathbb{R})$. Đồ thị của hàm số $y=f(x)$ như hình vẽ bên. Số nghiệm thực của phương trình $3f(x)+4=0$ là?

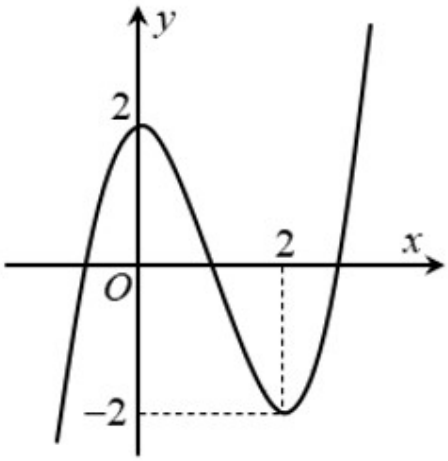

A. 3 **B.** 0 **C.** 2 **D.** 1

Câu 33:

Cho hàm số $f(x)$ có đạo hàm trên $\mathbb{R}$ và e^{2x+1} là một nguyên hàm của hàm số $e^x.f'(x)$ trên $\mathbb{R}$ và $f(0)=1$. Khi đó $f(1)$ bằng:

A. $\dfrac{e^3-e+2}{2}$ **B.** e^2-e+1 **C.** $2e^2-2e+1$ **D.** $2e-1$

Câu 34:

Trong không gian $Oxyz$, cho điểm $A(1;1;1)$, mặt phẳng $(P): x+y+z-3=0$ và đường thẳng $d: \dfrac{x-2}{1}=\dfrac{y}{2}=\dfrac{z}{-1}$. Xét đường thẳng Δ qua A, nằm trong (P) và cách đường thẳng d một khoảng cách lớn nhất. Đường thẳng Δ đi qua điểm nào dưới đây?

A. $M(2;1;0)$ **B.** $N(1;-1;3)$ **C.** $P(-3;3;3)$ **D.** $Q(1;2;4)$

Câu 35:

Cho hàm số $f(x)=ax^4+bx^2+c$ có đồ thị như hình vẽ. Biết rằng $f(x)$ đạt cực trị tại các điểm $x_1;x_2;x_3$ thỏa mãn $x_3=x_1+2$ và $f(x_1)+f(x_3)+\dfrac{2}{3}f(x_2)=0$. Gọi S_1,S_2,S_3,S_4 là diện tích các hình phẳng trong hình vẽ bên. Tỉ số $\dfrac{S_1+S_2}{S_3+S_4}$ gần nhất với kết quả nào dưới đây?

TaiLieuOnThi

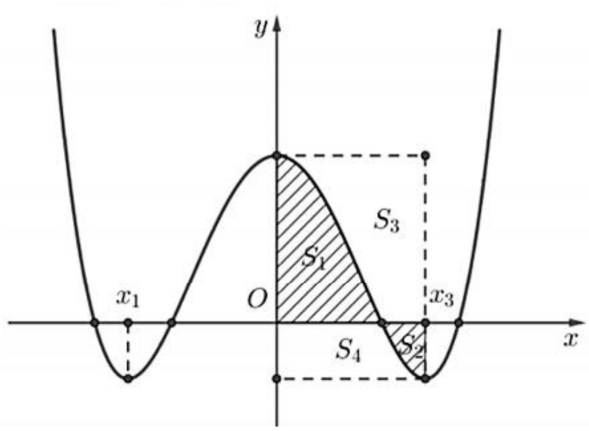

A. 0,8 **B.** 0,6 **C.** 0,7 **D.** 0,9

Câu 36:

Cho ba điểm $A(1;2;-1), B(2;-1;3), C(-3;5;1)$. Tìm tọa độ điểm D sao cho $ABCD$ là hình bình hành?

A. $D=(-4;8;-3)$. **B.** $D=(-2;8;-3)$. **C.** $D=(-2;2;5)$. **D.** $D=(-4;8;-5)$.

Câu 37:

Cho hàm số $y=f(x)$ có bảng biến thiên như hình vẽ:

x	$-\infty$		-1		3		$+\infty$
y'		$+$	0	$-$	0	$+$	
y	$-\infty$	$\nearrow$	2	$\searrow$	-2	$\nearrow$	$+\infty$

Hàm số đã cho nghịch biến trên khoảng nào dưới đây?

A. $(-\infty;1)$ **B.** $(1;3)$ **C.** $(1;+\infty)$ **D.** $(-\infty;2)$

Câu 38:

Trong không gian $Oxyz$, cho hai điểm $A(1;-2;-3), B(-1;4;1)$ và đường thẳng $d:\frac{x+2}{1}=\frac{y-2}{-1}=\frac{z+3}{2}$.

Phương trình đường thẳng Δ đi qua trung điểm của đoạn AB và song song với đường thẳng d là?

A. $\Delta:\frac{x}{1}=\frac{y-2}{-1}=\frac{z+2}{2}$.

B. $\Delta:\frac{x}{1}=\frac{y-1}{-1}=\frac{z+1}{2}$.

C. $\Delta:\frac{x-1}{1}=\frac{y-1}{-1}=\frac{z+1}{2}$.

D. $\Delta:\frac{x}{1}=\frac{y-1}{1}=\frac{z+1}{2}$.

Câu 39:

Một hộp chứa 11 quả cầu gồm 5 quả cầu màu xanh và 6 quả cầu màu đỏ. Chọn ngẫu nhiên đồng thời 2 quả cầu từ hộp đó. Xác suất để 2 quả cầu chọn ra khác màu bằng

Đáp án: _____

Câu 40:

Cho hình hộp $ABCD.A'B'C'D'$ có $\overrightarrow{AB}=\vec{a}, \overrightarrow{AC}=\vec{b}, \overrightarrow{AA'}=\vec{c}$. Gọi I là trung điểm $\overrightarrow{B'C'}$, K là giao điểm

TaiLieuOnThi

$A'I, B'D'$. Hãy biểu diễn vecto $\overrightarrow{AI}$ theo các vecto $\vec{a}, \vec{b}, \vec{c}$?

A. $\overrightarrow{AI} = \frac{1}{2}\vec{a} + \frac{1}{2}\vec{b} + \vec{c}$

B. $\overrightarrow{AI} = -\frac{1}{2}\vec{a} + \frac{3}{2}\vec{b} + \vec{c}$

C. $\overrightarrow{AI} = \frac{3}{2}\vec{a} + \frac{1}{2}\vec{b} - \vec{c}$

D. $\overrightarrow{AI} = \frac{1}{2}\vec{a} - \frac{1}{2}\vec{b} - \vec{c}$

Câu 41:

Cho tứ diện $ABCD$. Gọi M, N, P, Q là các điểm thỏa mãn: $\overrightarrow{MA} = -2\overrightarrow{MB}$, $\overrightarrow{NB} = -2\overrightarrow{NC}$, $\overrightarrow{PC} = -2\overrightarrow{PD}$, $\overrightarrow{QD} = -2\overrightarrow{QA}$. Hãy phân tích vecto $\overrightarrow{MP}$ theo ba vecto $\overrightarrow{AB}, \overrightarrow{AC}, \overrightarrow{AD}$?

A. $\overrightarrow{MP} = \frac{1}{3}\overrightarrow{AB} + \frac{1}{3}\overrightarrow{AC} + \frac{1}{3}\overrightarrow{AD}$

B. $\overrightarrow{MP} = \frac{2}{3}\overrightarrow{AB} + \frac{1}{3}\overrightarrow{AC} - \frac{2}{3}\overrightarrow{AD}$

C. $\overrightarrow{MP} = \frac{2}{3}\overrightarrow{AB} - \frac{1}{3}\overrightarrow{AC} + \frac{2}{3}\overrightarrow{AD}$

D. $\overrightarrow{MP} = \frac{-2}{3}\overrightarrow{AB} + \frac{1}{3}\overrightarrow{AC} + \frac{2}{3}\overrightarrow{AD}$

Câu 42:

Có 50 phiếu thi Toán 12 , mỗi phiếu chỉ có 1 câu hỏi, trong đó có 15 câu lý thuyết gồm 8 câu khó, 7 câu dễ và 35 câu hỏi bài tập gồm 20 câu dễ và 15 câu khó. Lấy ngẫu nhiên 1 phiếu. Tìm xác suất rút được câu lý thuyết khó

TaiLieuOnThi

A. $P = \frac{4}{25}$ **B.** $P = \frac{8}{15}$. **C.** $P = \frac{8}{25}$ **D.** $P = \frac{3}{25}$

Câu 43:

Cối xay gió Đôn Kihote (từ tác phẩm của nhà văn Cervantes) có phần trên là cối xay gió có dạng hình nón, chiều cao của hình nón là 40 cm và thể tích của nó là 18000cm^3. Tính bán kính của đáy hình tròn. Làm tròn đến kết quả chữ số thập phân thứ hai. Biết rằng công thức tính thể tích hình nón là $V = \frac{1}{3}\pi R^2 h$, trong đó R là bán kính đường tròn đáy, h là đường nối từ đỉnh nón đến tâm đường tròn đáy.

A. $R = 22,32\,\text{cm}$ **B.** $R = 19,72\,\text{cm}$ **C.** $R = 20,72\,\text{cm}$ **D.** $R = 18,75\,\text{cm}$

Câu 44:

Cho hàm số $y = f(x)$ xác định và liên tục trên $\mathbb{R}$ và có bảng biến thiên như hình vẽ:

x	$-\infty$		-1		3		$+\infty$
$f'(x)$		$+$	0	$-$	0	$+$	
$f(x)$	$-\infty$	$\nearrow$	$f(-1)$	$\searrow$	$f(3)$	$\nearrow$	$+\infty$

Hàm số $y = f(2x+1)$ đồng biến trên khoảng nào dưới đây?

A. $(-1;1)$ **B.** $(-2;0)$ **C.** $(-3;-2)$ **D.** $\left(\frac{1}{2};4\right)$

Câu 45:

Số đường tiệm cận của đồ thị hàm số $y = \frac{1+\sqrt{x+4}}{x^2+5x}$ là:

A. 1 **B.** 2 **C.** 4 **D.** 3

TaiLieuOnThi

Câu 46:

Trong không gian với hệ tọa độ $Oxyz$, gọi (S) là mặt cầu đi qua hai điểm $A(-1;-2;4)$, $B(2;1;2)$ và có tâm thuộc trục Oz. Bán kính của mặt cầu (S) là?

A. $\sqrt{6}$ **B.** $\sqrt{5}$ **C.** 6 **D.** 5

Câu 47:

Cho hàm số $y = f(x)$ có bảng biến thiên như hình vẽ bên dưới.

x	$-\infty$		-1		3		$+\infty$
y'		$+$	0	$-$	0	$+$	
y	$-\infty$	$\nearrow$	4	$\searrow$	-2	$\nearrow$	$+\infty$

Số nghiệm thực phân biệt của phương trình $f[f(x)+1]+2=0$ là:

A. 5 **B.** 4 **C.** 3 **D.** 7

Câu 48:

Cho hàm số $y=x^3-3x$ có đồ thị (C). Gọi S là tập hợp tất cả các giá trị thực của k để đường thẳng $d: y=k(x+1)+2$ cắt đồ thị hàm số (C) tại ba điểm phân biệt M, N, P sao cho các tiếp tuyến của (C) tại N và P vuông góc với nhau. Biết điểm $M(-1;2)$, tính tích tất cả các phần tử của tập S?

Đáp án: _____

Câu 49:

Có tất cả bao nhiêu giá trị nguyên của m để hàm số $y=x^8+(m-2)x^5-\left(m^2-4\right)x^4+1$ đạt cực tiểu tại $x=0$.

Đáp án: _____

TaiLieuOnThi

Câu 50:

Một con châu chấu nhảy từ gốc tọa độ $O(0;0)$ đến điểm $A(9;0)$ dọc theo trục Ox của hệ trục tọa độ Oxy. Con châu chấu có bao nhiêu cách nhảy để đến điểm A biết mỗi lần nó có thể nhảy 1 bước hoặc 2 bước (1 bước có độ dài 1 đơn vị).

Đáp án: _____

---------- HẾT PHẦN THI THỨ NHẤT ----------